17 | Thermodynamique (partie 2)

I Transfert thermique et Flux

1 - Les 3 Modes de transferts thermiques

Il y a 3 manières pour un système pour recevoir du transfert thermique [1]

- le transfert thermique **par rayonnement** : .....
.....
....

- le transfert thermique **par** ..... : l'énergie thermique se transmet de proche en proche dans un fluide avec **mouvement d'ensemble** de celui-ci.

- le transfert thermique **par** ..... : Il y a contact entre le système et l'extérieur. L'agitation thermique se transmet de proche en proche dans la matière ..... d'ensemble de celle-ci.

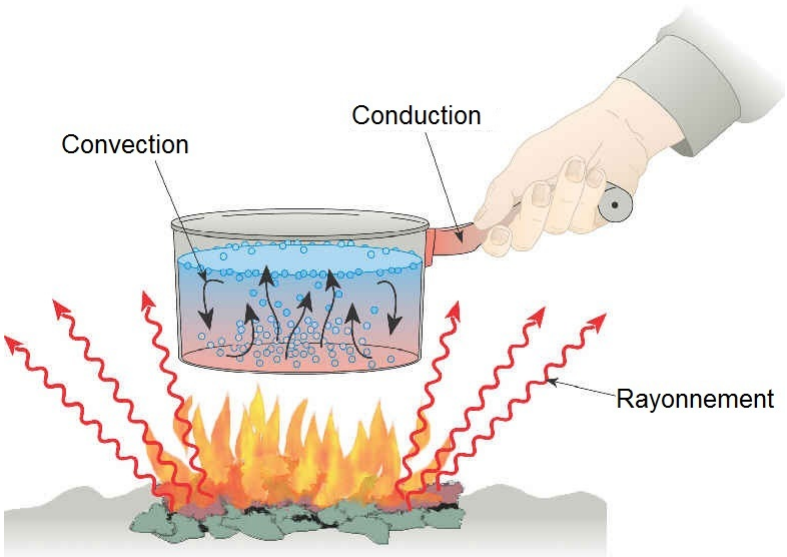

2 - Le flux thermique

Contexte On considère une paroi qui sépare deux milieux de températures différentes T_1 et T_2 telle que $T_1 > T_2$. L'écart de température provoque de la ..... entre la face chaude et la face froide. On dit qu'un flux [2] thermique noté Φ traverse la paroi. Ce flux est une ..... elle s'exprime donc en Watt de symbole ....
..

1. on pourrait dire pour recevoir de la chaleur mais ce mot est banni pour cause de confusion avec la température
2. flux vient du latin fluxus qui signifie écoulement

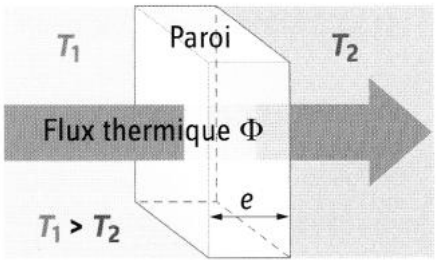

Interprétation Physique Φ représente l'énergie qui traverse la paroi chaque seconde.

$$\boxed{1\,W = 1\,J/s}$$

3 - Résistance thermique

- Plus l'écart de température est grand et plus la conduction est ....., plus Φ est .....
- Le flux dépend du matériau qui constitue la paroi et des dimensions de la paroi. On parle alors de la ...., elle se note R_{th}.

Formules

$$\Phi = \frac{T_1 - T_2}{.....}$$

Unités : Φ en W (ou J/s) ; T_1, T_2 en K ; R_{th} en K/W

$$R_{th} = \frac{...}{\lambda.S}$$

Unités : e : en m ; S en m^2 et λ : conductivité thermique de la paroi en W K^{-1} m^{-1}

Conséquences

- Le flux est d'autant plus grand que la résistance thermique $\mathrm{R_{th}}$ est .....
- Ce flux est d'autant plus grand que la différence de température $\mathrm{T_1 - T_2}$ est .....
- Plus l'épaisseur de la paroi est grande, plus sa résistance thermique est ..... et plus elle est isolante/conductrice.
- Plus la surface de la paroi est grande, plus sa résistance thermique est .....

Exercice On considère un mur en béton de surface 10 m^2 et d'épaisseur 15 cm. Ce mur sépare l'intérieur d'une habitation dont la température est $20\,°$C et l'extérieur dont la température est $5°$C. La conductivité thermique du béton est $0.013\,\mathrm{W\,K^{-1}\,m^{-1}}$.

1. Calculer la résistance thermique du mur.
2. En déduire le flux thermique traversant le mur.

Exercices type BAC

- Résistance thermique : `https://labolycee.org/isolation-thermique-du-rover-perseverance`
- Application du premier principe : `https://labolycee.org/linteret-energetique-dune-pac`
- Autre sujet de bac : `https://labolycee.org/le-sauna`

II Température terrestre moyenne

1 - Corps Noir

Le rayonnement thermique du Soleil est très bien décrit par le modèle du corps noir. Ce modèle décrit la production de rayonnement thermique sous l'effet de la température. La puissance rayonnée par $1\,\mathrm{m}^2$ de corps noir vaut

$$P = ...$$

σ est la constante de Stefan et vaut $5.67 \times 10^{-8}\,\mathrm{W\,m^{-2}\,K^{-4}}$

2 - Hypothèses

- La Terre est à l'équilibre thermique et se comporte comme un corps noir.
- Le système Terre-Atmosphère reçoit une puissance solaire par unité de surface $P_S = 340\,\mathrm{W\,m^{-2}}$
- Une fraction A de cette puissance est réfléchie. Cette fraction se nomme **l'albedo terrestre**.

$$A = 0,34$$

- La puissance surfacique effectivement reçue par la Terre vaut donc

$$P_{recue} = (1 - A) \times P_S$$

- La Terre se comporte comme un corps noir de température T.
- L'atmosphère absorbe une fraction $a = 0,45$ du rayonnement émis par la Terre. Ainsi l'ensemble Terre-Atmosphère émet vers l'espace une puissance surfacique de

$$P_{emise} = (1-a)\sigma T^4$$

3 - Calcul de T

En régime stationnaire,

$$P_{recue} = P_{emise}$$

$$T = \left(\frac{(1-A)\ P_S}{(1-a)\ \sigma}\right)^{1/4} = 291\,\mathrm{K} = 18\,^\circ\mathrm{C}$$

Exercice `https://www.labolycee.org/temperature-moyenne-de-surface-de-la-terre`

III Loi phénoménologique de Newton : transfert conducto-convectif

1 - Situation

On considère un objet de température T et de surface extérieure S. Ce système est immergé dans un fluide de température fixe $Te \neq T$. Les températures étant différentes, on observe un transfert thermique entre le système et l'extérieur.

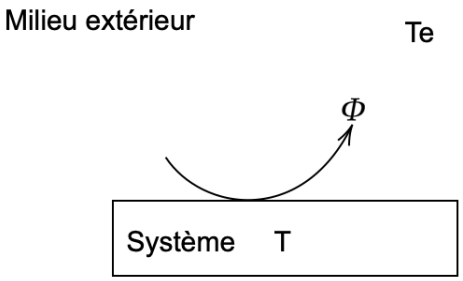

Exemple Plat chaud qui sort du four et qui refroidit dans l'air de la cuisine.

Vocabulaire

Proche de la surface du système, le fluide touche le système. Il y a alors **conduction** mais aussi **convection** car le fluide est en mouvement. On parle de transfert **convectif** entre le fluide et la surface du système.

Formule de Newton Le flux convectif Φ échangé entre un système à la température T et un fluide à la température Te vaut :

$$\boxed{\Phi = h \times (T_e - T) \times S}$$

Unités : h est le coefficient convectif en W m^{-2} K^{-2} ; S : la surface du système en m^2 ; T et Te en K (ou°C) et Φ en W

Réfléchir au signe ! Φ peut être positif ou négatif. Si la surface est plus chaude que l'extérieur $T_e < T$, le flux Φ est ..... Cela correspond à une ..... pour la surface. On retrouve la convention de la thermodynamique et celle du banquier.

2 - Bilan d'énergie du système

Situation Le système est incompressible, au repos à la température T. Il échange de l'énergie uniquement par transfert conducto-convectif avec le milieu extérieur de température Te. Condition initiale : on sait que à t=0 $T(0) = T_0$.

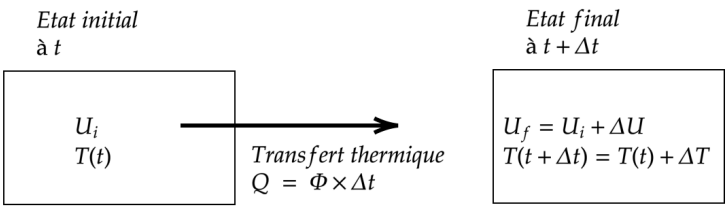

D'après le premier principe de la thermodynamique, on a : .....

Or,

$$Q = ...$$

et

$$\Delta U = ...$$

A Savoir Faire **Etablir l'équation différentielle**. T(t) est la fonction recherchée.

$$C.\Delta T = \Phi.\Delta t \qquad \text{Bilan d'énergie}$$

$$C.\Delta T = h.(T_e - T).S.\Delta t \qquad \text{Loi de Newton}$$

$$C.\frac{\Delta T}{\Delta t} = \Phi = h.(T_e - T).S \qquad \text{Division par } \Delta t$$

En faisant tendre .....

$$C.\frac{dT}{dt} = h.(T_e - T).S$$

$$\frac{dT}{dt} = \frac{h.S}{C}(T - Te)$$

$$\boxed{\frac{dT}{dt} = \frac{hS}{C}T - \frac{hS}{C}Te} \qquad \text{Mise sous la forme } y' = ay + b$$

On obtient une équation différentielle d'ordre 1 avec second membre constant.

Solution de l'équation différentielle

....

.....

Vérifier que cette expression est bien solution de l'équation différentielle et que τ est bien homogène à un temps.

Exercices type bac

- Asie 2024 Jour 1 https://www.labolycee.org/etude-dune-bouteille-isotherme
- https://www.labolycee.org/preparer-un
- https://www.labolycee.org/capacite-thermique-massique-du-cuivre
- https://www.labolycee.org/evolution-de-la-temperature-dans-une-bouteille-isotherme